5°	Séquence N°13 FICHE D'ACTIVITES	

NOM : Prénom : Classe :

Transformation de l'énergie par une éolienne

Le vent est une source d'énergie qui permet de faire tourner l'hélice d'une éolienne. L'énergie mécanique en entrée permet d'alimenter l'alternateur qui va la convertir en énergie électrique à sa sortie. Compléter la chaîne d'énergie de l'éolienne à l'aide des mots contenus dans les phrases ci-dessus.

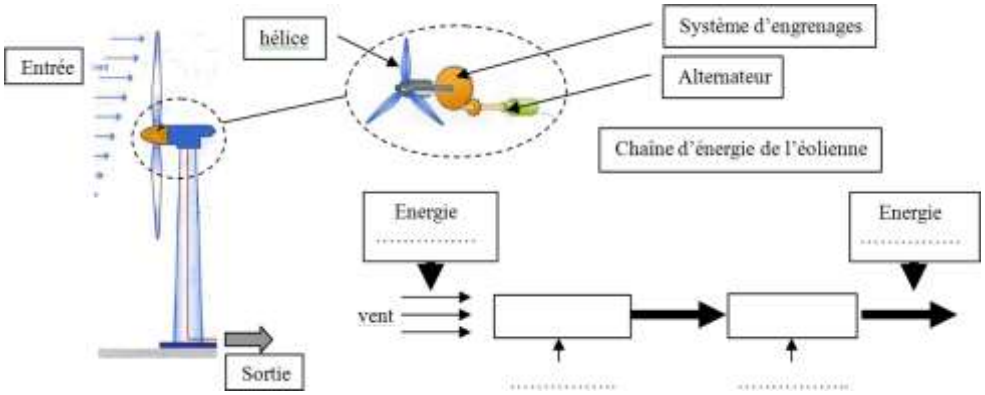

ENERGIES D'ENTREE ET DE SORTIE.

Pour produire de l'énergie il faut une source d'énergie qui une fois transformée produit :
- une énergie mécanique (pièces en mouvement) - une énergie électrique - une énergie thermique (produit de la chaleur)

La chaîne d'énergie est une suite d'**actions** telles que distribuer, stocker, transformer, transmettre assurées par différents **éléments** tels que des radiateurs, une chaudière, une cuve, des tuyaux. Tous ces éléments et ces fonctions vont permettre de transformer cette **énergie** fossile (pétrole, gaz, charbon) en énergie thermique. Compléter à l'aide des mots contenus dans les phrases ci- dessus le dessin ci- dessous ainsi que la chaîne d'énergie du ***chauffage au gaz*** d'une maison d'habitation.

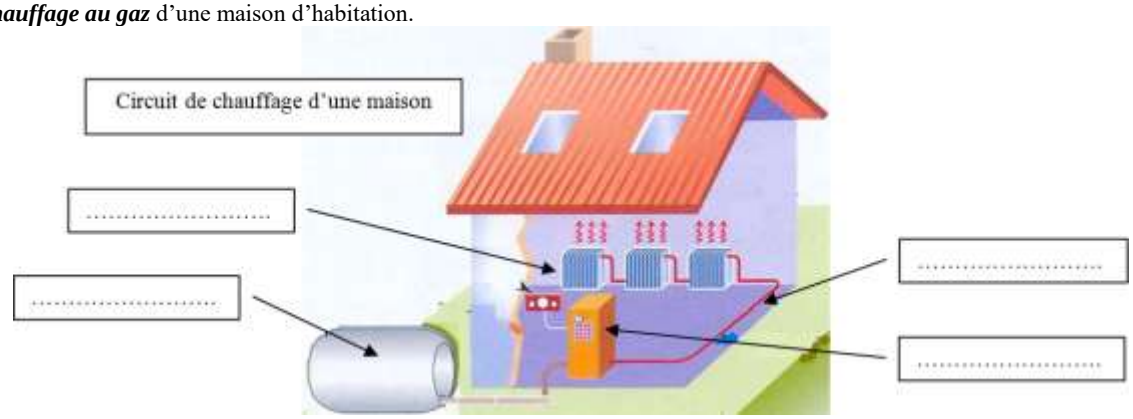

Chaîne d'énergie du chauffage au gaz d'une maison d'habitation

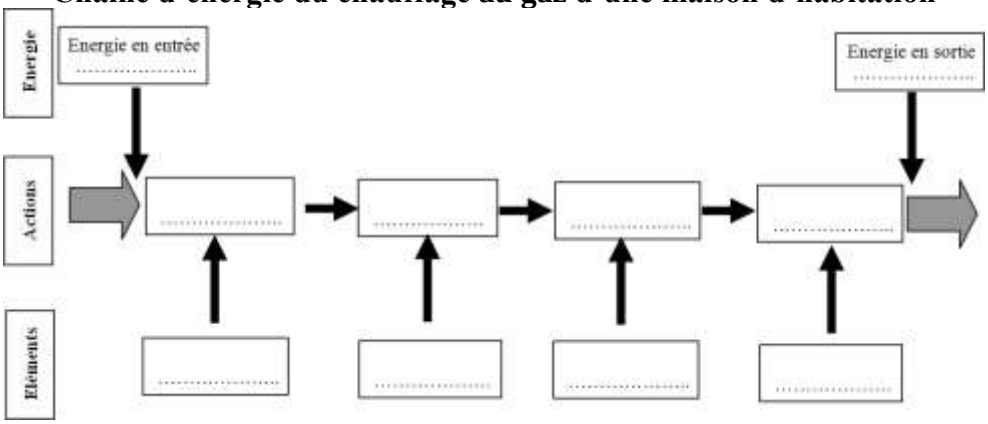

Complétez le tableau ci-dessous.

Energie d'entrée/ source d'énergie	Objet technique	Energie de sortie
Energie électrique	Ampoule	Energie thermique
	Radiateur électrique	
	Chaudière au fioul	
	Ventilateur	
	Lave-linge	
	Cuisinière au gaz	
	Volet roulant électrique	
	Cheminée	
	Chauffe-eau électrique	