	Qu'est-ce qu'un diagramme de Gantt ?	
3°	**« Synthèse et approfondissement »**	

La colonne de gauche du diagramme ----------

tandis que la ligne d'en-tête représente----------

Chaque tâche est matérialisée par une barre horizontale, dont la position et la longueur représentent la date de début, la durée et la date de fin.

Ce diagramme permet donc de visualiser d'un seul coup d'œil :

- Les différentes tâches à envisager
- La date de début et la date de fin de chaque tâche
- La durée escomptée de chaque tâche
- Le chevauchement éventuel des tâches, et la durée de ce chevauchement
- La date de début et la date de fin du projet dans son ensemble

En résumé, un diagramme de Gantt répertorie----------
---------, et indique la date à laquelle ces tâches doivent être effectuées (le planning).



Un exemple de diagramme de Gantt simple

Origines du diagramme de Gantt

Le premier diagramme de Gantt fut élaboré dans les années 1890 par l'ingénieur polonais Karol Adamiecki dans le cadre de ses recherches en techniques de gestion et de planification. Mais c'est la version de ce diagramme réalisée quinze ans plus tard par l'américain Henry Gantt, ingénieur et consultant en management, qui fut définitivement adoptée dans les pays occidentaux sous le nom de son inventeur.

Karol Adamiecki

Henry Gantt

Dans les premiers temps, l'élaboration d'un diagramme de Gantt était un travail fastidieux : à chaque modification du projet, le diagramme devait être retouché manuellement, voire recréé de toutes pièces. La plupart des projets faisant l'objet de changements continuels tout au long de leur déroulement, cette contrainte en limitait considérablement l'utilité. Avec l'arrivée de l'informatique et des logiciels de management, les opérations de création, de mise à jour et d'impression d'un diagramme de Gantt ont toutefois beaucoup gagné en simplicité.

Aujourd'hui, la plupart des diagrammes de Gantt servent à modéliser les tâches nécessaires à la réalisation d'un projet et à en assurer le suivi. Ce qui fait l'intérêt de ces diagrammes est qu'il est possible d'y représenter les Links de dépendance entre les tâches, le degré d'accomplissement de chaque tâche à tout moment, les ressources impliquées et ainsi de suite.



	Qu'est-ce qu'un diagramme de Gantt ?	Séquence 1
	Exercices diagramme de Gantt	Activité 4
3°	**« Synthèse et approfondissement »**	*élève*

Fabrication d'un char à voile

Une entreprise souhaite réaliser 10 chars à voile. Les pièces a fabriquer sont :

- Le support de pied de mat
- Le support de fourche



Phase	Date de départ	Durée en jours	Date de fin	Nom
Phase 1	01/11/2013	5	6/11/2013	Phase démarrage
Phase 2	6/11/2013	20	26/11/2013	Fabrication pied de mat
Phase 3	26/11/2013	10	06/12/2013	Fabrication support de fourche
Phase 4	01/11/2013	35	06/12/2013	Gestion du projet

Tracer le diagramme de Gantt de ce projet (colorier les cases avec une couleur par phase)

Phase 1																																						
Phase 2																																						
Phase 3																																						
Phase 4																																						
Date	01/11/2013					06/11/2013																																

Quelles est la durée de fabrication des pièces ?

Réfection d'une cale de mise à l'eau

La commune de Gouville sur mer (Manche) désire refaire le revêtement de sa cale de mise à l'eau. Cette opération doit se faire très rapidement car le cale est endommagée et surtout elle est utilisée par les ostréiculteurs et les pécheurs.

Phase	Date de départ	Durée en jours	Date de fin	Nom
Phase 1	05/02/2014	2	07/02/2014	Phase démarrage
Phase 2	06/02/2014	4	10/02/2014	Nettoyage de la cale
Phase 3	09/02/2014	10	19/02/2014	Travaux de maçonnerie
Phase 4	15/02/2014	8	23/02/2014	Empierrement de la cale
Phase 5	05/02/2014	?	23/02/2014	Gestion du projet

Tracer le diagramme de Gantt de ce projet (colorier les cases avec une couleur par phase)

Phase 1																																								
Phase 2																																								
Phase 3																																								
Phase 4																																								
Phase 5																																								
Date	05/02/2014																																							

Quelles est la durée totale des travaux ?

Comment peut-on réduire le temps des travaux sur cette cale ?