Le diagramme FAST	Cycle 4
	Sciences et Technologie
	Séquence
	35

Domaine de Compétences	☐ Pratiquer des démarches scientifiques et technologiques	☐ Mobiliser des outils numériques
	☑ Concevoir, créer, réaliser	☐ Adopter un comportement éthique et responsable
	☐ S'approprier des outils et des méthodes	☐ Se situer dans l'espace et dans le temps
	☐ Pratiquer des langages	

MSOST 1.2 : Associer des solutions techniques à des fonctions. / *Analyse fonctionnelle systémique* / CT 2.4

I) Partie 1 :

1) Donner les définitions suivantes.

La fonction d'usage : .....

La fonction technique : .....

Une solution technique : .....

2) Les affirmations suivantes au sujet du diagramme FAST sont-elles vraies ou fausses ?

	Vrai	Faux
Il définit toutes les fonctions d'un objet technique.		
Il associe des solutions techniques à des fonctions techniques		
Il décompose une fonction d'usage ou de service en fonctions techniques		
Il permet de schématiser les solution techniques		
Il fait partie intégrante du CDCF (cahier des charges fonctionnel)		

II) Partie 2 :

1) Compléter le diagramme FAST pour la trottinette.

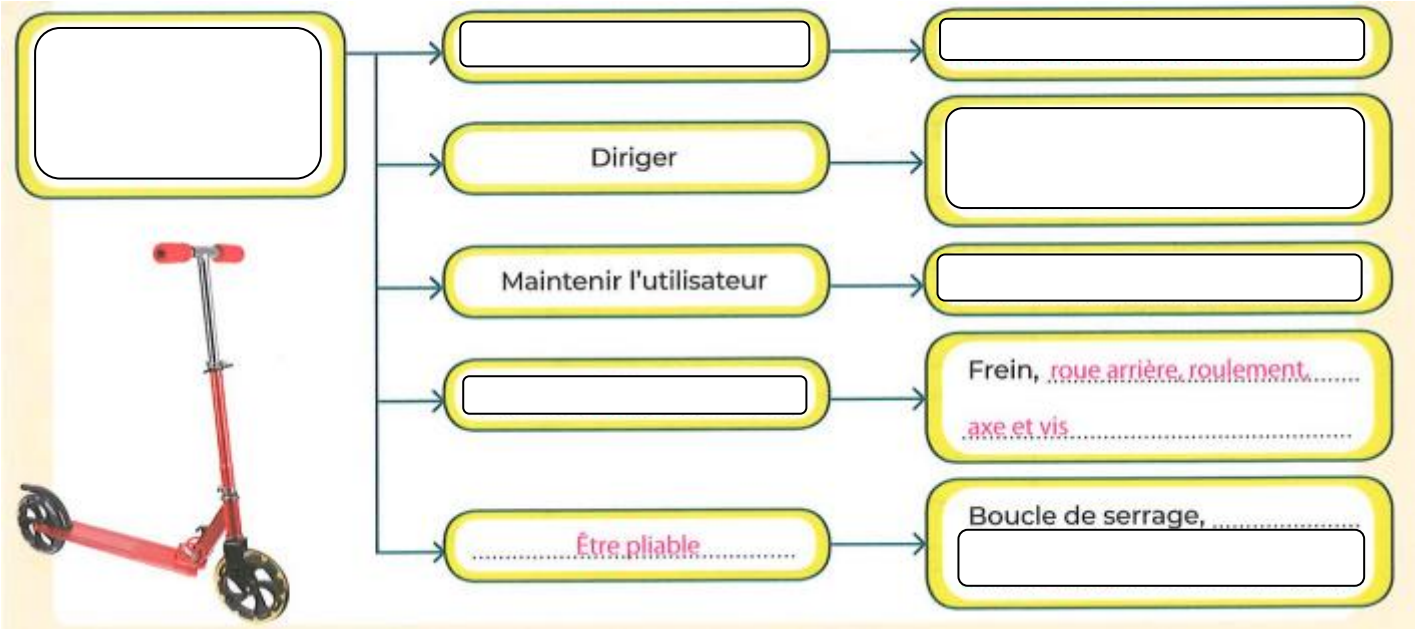

III) Partie 3 :

1) Qu'est-ce qu'un diagramme FAST ?

Le diagramme FAST est un outil de représentation qui, pour une fonction d'usage d'un objet technique, associe les fonctions techniques aux solution techniques.

2) Compléter le diagramme FAST du robot suiveur de ligne.

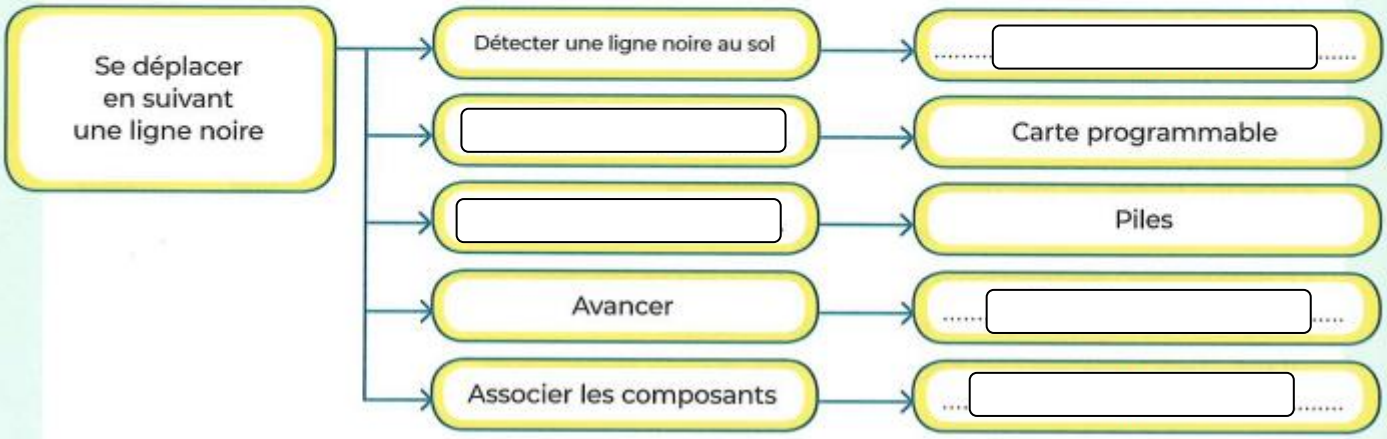

IV) Partie 4 :

Un distributeur de savon automatique distribue une dose de savon stockée dans une recharge à l'aide d'une pompe électrique lorsque la main de l'utilisateur est détectée par le capteur infrarouge. Le système est alimenté en énergie électrique grâce à deux piles AA.
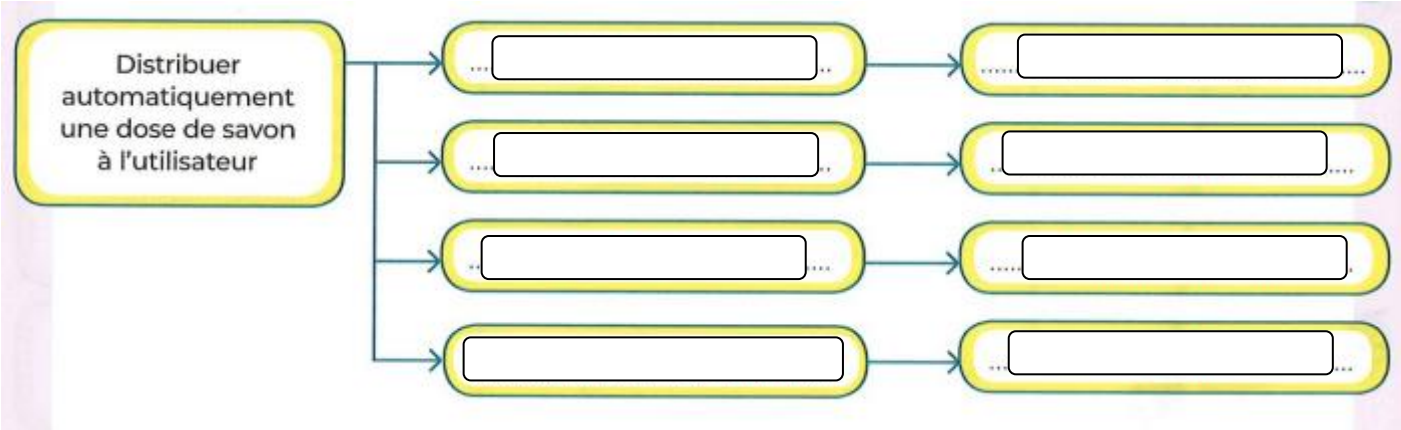
1) Compléter le diagramme FAST du distributeur automatique de savon.